Fondamenti di controlli automatici

0. Indice

- 0. Indice
- 1. Introduzione
  - 1.1. Il ciclo dei controlli
  - 1.2. Esempi problemi di controllo
    - 1.2.1. Serbatoio (tempo continuo)
    - 1.2.2. Utilizzo di una CPU (tempo discreto)
- 2. Modelli di trasferimento risorse a tempo continuo
  - 2.1. Bilancio di flusso
  - 2.2. Notazione matriciale
    - 2.2.1. Esempi serbatoio

Lezione 01

1. Introduzione

> *Automatica*: s. f. [femm. sost. dell’agg. automatico]. – Complesso di metodologie e tecnologie sviluppatosi in seguito e parallelamente all'introduzione dei procedimenti atti a ridurre o eliminare l’intervento dell'uomo nel settore della produzione di beni e di servizi (automazione): ha per oggetto lo studio, in termini astratti e formali (per lo più impiegando la teoria dei sistemi), dei processi sottoposti ad automazione, e dei dispositivi per il prelievo, elaborazione e controllo delle informazioni relative al processo da automatizzare.

> Il *Controllo Automatico* consiste nell'affidare a speciali dispositivi, opportunamente organizzati in sistema, il comando di processi che devono obbedire, nelle loro risultanze, a un dato ordine di requisiti. Come si vede, la parola "controllo" ha qui un significato più ampio che nell'uso comune: non si tratta di rendersi conto, passivamente, di quanto sta succedendo, ma di intervenire attivamente affinché il processo abbia quell'andamento e quei risultati. I controlli automatici costituiscono uno dei grandi settori della automazione.

> *Automazione*: Il termine a., introdotto negli anni 1940 da J. Diebold per descrivere il largo impiego di apparecchiature automatiche manifestatosi soprattutto nell'industria automobilistica, esprime oggi in modo generale: a) l'impiego di un insieme di mezzi e procedimenti tecnici che, agendo opportunamente su congegni o dispositivi, assicurano lo svolgimento automatico di un determinato processo, il funzionamento.

In sintesi:

- L'*automatica* è la disciplina teorica che studia i sistemi dinamici, con un focus su modellistica, analisi e progettazione dei sistemi di controllo. Si basa su concetti matematici e ingegneristici per descrivere, analizzare, e governare il comportamento dei sistemi.
- I *controlli automatici* si occupano specificamente dell'applicazione dei principi dell'automatica e per progettare sistemi che possano "regolare" il comportamento di un sistema dinamico.
- L'*automazione* è l'applicazione tecnologica (che include sensori, attuatori, integrazione dei sistemi ecc.) dei principi dell'Automatica per realizzare sistemi e processi in grado di operare autonomamente, ad esempio nelle industrie, nei robot, nei veicoli a guida autonoma, ecc.

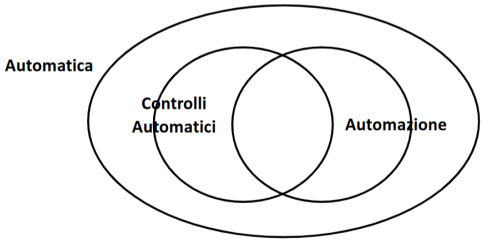

1.1. Il ciclo dei controlli

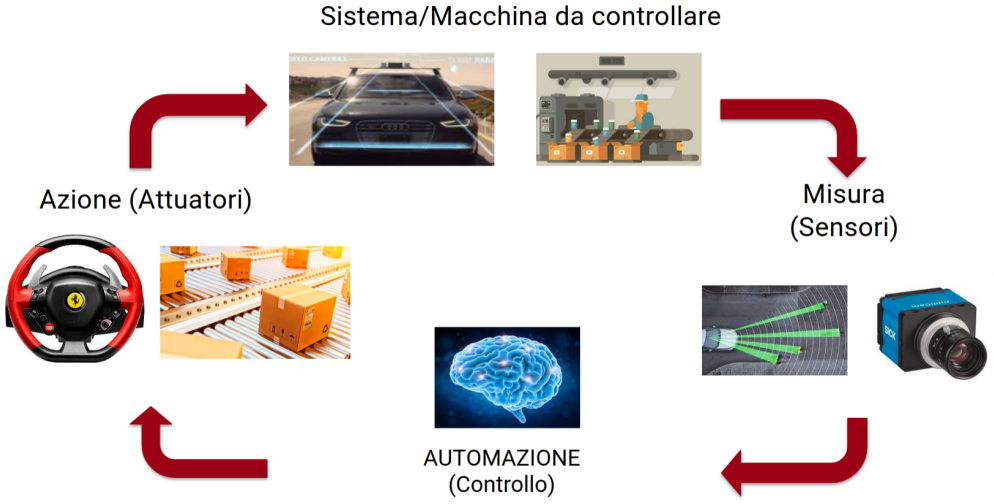

1.2. Esempi problemi di controllo

1.2.1. Serbatoio (tempo continuo)

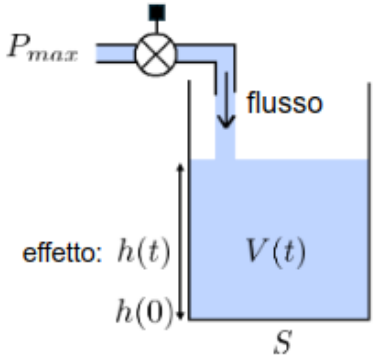

Si può regolare il flusso dell'acqua di un rubinetto tramite una valvola nell'intervallo $[0, P_{max}]$. Si può descrivere la quantità d'acqua in diverse maniere;per non spandere l'acqua, l'altezza del livello dell'acqua è più comoda.
Volume e acqua sono legate da un rapporto *istantaneo*, ovvero sapendo il volume $V(t) = Sh(t)$ ($[m^3] = [m^2] \cdot [m]$), si ricava immediatamente l'altezza $h(t)$.

Si può leggere il sistema come un sistema di natura causale, perché segue un meccanismo di causa-effetto. L'apertura del rubinetto è causa dell'aumento dell'altezza del livello dell'acqua, che è effetto. Allora la causa $a(t)$ è variabile indipendente, mentre la variabile dipendente è $h(t)$.

Uso il bilancio di massa per trovare una relazione tra volume e altezza, infatti tutta l'acqua che esce dal rubinetto, entra nel contenitore: $\frac{dV(t)}{dt} = P_{max}a(t) - 0$ (lo zero indica la perdita di acqua, ma non ne perdo per definizione del problema).

Dato un profilo di apertura della valvola (la causa) e le condizioni iniziali, si può determinare l'effetto (quindi è un problema di *Cauchy*).
$S\frac{dh(t)}{dt} = P_{max}a(t) \implies dh(t) = \frac{P_{max}a(t)dt}{S} \implies \int_0^{h(t)} dh(\tau) = \int_0^t S^{-1}P_{max}a(\tau)\,d\tau \implies$
$\implies h(t) = h(0) + S^{-1}P_{max}\int_0^t a(\tau)\,d\tau$
Se $a(t) = \bar{a}$ è costante, allora $h(t) = S^{-1}P_{max}\bar{a}t$.
Allora trovo che la variazione è lineare in t. Si dice che questo è un comportamento *integrale*.

> *Processo integrale*: a un ingresso (non nullo) limitato corrisponde un'uscita *non* limitata.

Metodo di integrazione numerica di Eulero (in avanti)

Sapendo che $\frac{dh(t)}{dt} = \dot{h}(t) = \alpha a(t)$, con $\alpha = \frac{P_{max}}{S}$, dalla definizione di derivata prendendo ϵ positivo ho $\dot{h}(t) = \frac{dh(t)}{dt} = \lim_{\epsilon \to 0} \frac{h(t+\epsilon)-h(t)}{\epsilon}$. Prendendo ϵ "sufficientemente piccolo" posso approssimare $\dot{h}(t) \approx \frac{h(t+\epsilon)-h(t)}{\epsilon}$, quindi inverto e ottengo $h(t+\epsilon) \approx h(t) + \epsilon \dot{h}(t)$. La bontà dell'approssimazione migliora con il diminuire di ϵ. Schematizzo con:

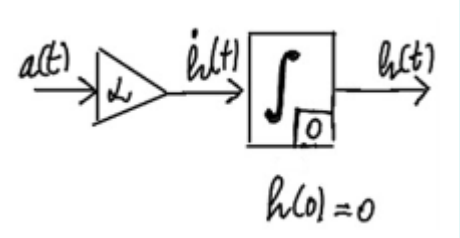

Se per semplicità prendessi $\epsilon := 1$, allora otterrei:
$h(1) := h(0) + 1\dot{h}(0)$, $h(2) := h(1) + 1\dot{h}(1)$, $\ldots$, $h(n) = h(n-1) + 1\dot{h}(n-1)$.

Lezione 02

> Problema diretto: usare il modello a fini previsionali.

Nella modellistica fisica o dei principi primi si sfruttano le conoscenze della fisica che gestisce il sistema. I modelli fatti a partire dai modelli fisici godono di interpretabilità.

```
%% Parametri del problema
S = a; % Sezione del serbatoio (m^2)
h0 = 0; % Altezza iniziale del liquido (m)
P_max = 1/300; % Portata massima (m^3/s)

%% Simulazione numerica "open-loop"

dt = 1; % Passo di tempo (s)
t = 0:dt:600; % Vettore del tempo
h = zeros(size(t)); % Inizializzazione altezza
h(1) = h0; % Condizione iniziale
a = ones(size(t)); % Valvola completamente aperta

% Metodo di Eulero per integrare dh/dt = a(t) * Pmax

for k = 1:length(t)-1
    a(k) = 1-h(k)/hdes;
    dh = a(k) * P_max * dt; % Incremento di h
    h(k+1) = h(k) + dh; % Aggiornamento altezza
```

```
end

% Plot dei risultati
figure;
subplot(2,1,1);
    plot(t, h, 'b', 'LineWidth', 2);
    xlabel('Tempo (s)');
    ylabel('Altezza del liquido (m)');
    title('Riempimento del serbatoio in open-loop');
    grid on;
    ylim([0, 1.2]); % Margine superiore per chiarezza
subplot(2,1,2);
    plot(t, a, 'k', 'LineWidth', 2);
    xlabel('Tempo (s)');
    ylabel('Apertura valvola (-)');
    grid on;
```

In questo codice matlab prima definiamo le condizioni iniziali del problema, poi definiamo un passo temporale, che useremo per calcolare la soluzione (il passo è fisso, mentre a passo variabile può tornare utile per grandi variazioni). Con il metodo di Eulero approssimo l'integrale con le somme dei rettangoli. Infine traccio due grafici, che saranno i seguenti.

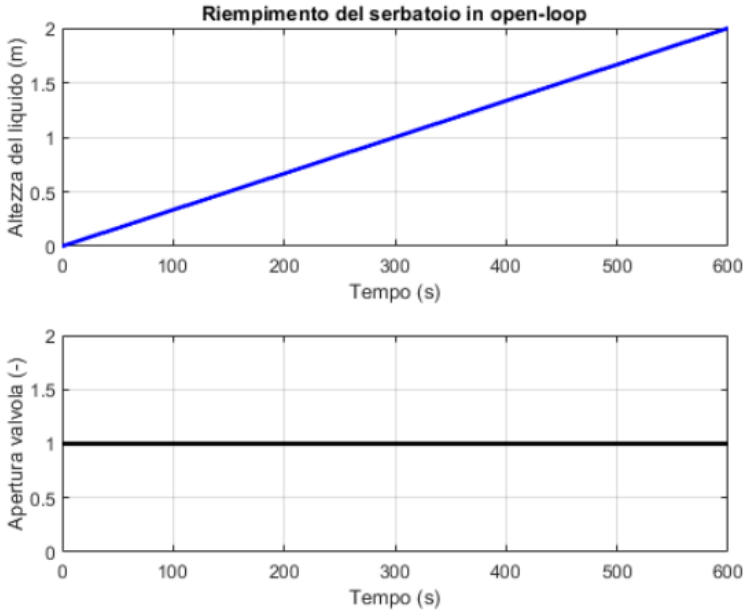

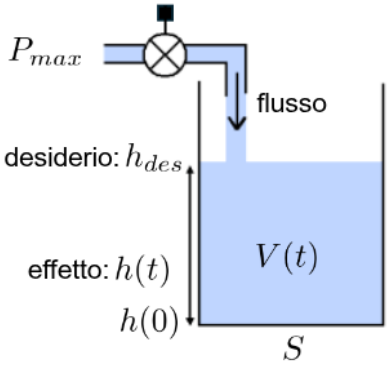

Con le stesse condizioni, potrei ricavare il tempo necessario per raggiungere l'altezza desiderata: $h(t) = S^{-1}P_{max}\bar{a}t_{des} = h_{das}$, quindi $t_{des} = \frac{h_{des}S}{P_{max}\bar{a}}$.
Se le condizioni fossero perfette (il serbatoio non perde, la portata è sempre perfettamente al livello impostato, ...), potrei semplicemente aspettare il tempo necessario per arrivare all'altezza desiderata; questo è il *feedforward*. Se le condizioni però non fossero quelle ipotizzate, il risultato sarebbe diverso da quello voluto.
Se invece verificassi il livello dell'acqua, potrei decidere la portata dell'acqua di conseguenza; questo è il *feedback*.

> Problema inverso: fissato un determinato effetto, determinare la causa che lo realizza.

In questo casi il problema inverso è sotto l'ipotesi che $h(t) \leq h_{des}$.
La decisione viene presa sull'errore, ovvero quanto "distante" è lo stato del sistema corrente rispetto allo stato desiderato; in questo caso è $e(t) = h_{des} - h(t)$, che è in funzione di h.

Schematizziamo con:

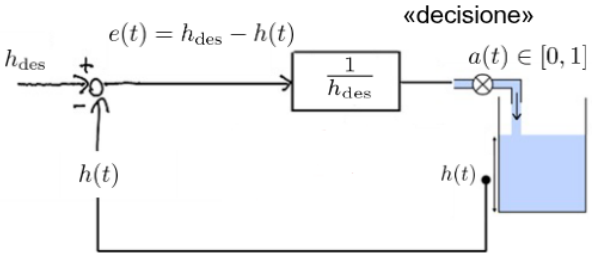

Notiamo che il loop rende più difficile il calcolo.
Scriviamo l'apertura del rubinetto in funzione dell'altezza nel seguente modo: $a(t) = \frac{h_{des} - h(t)}{h_{des}} = 1 - \frac{h(t)}{h_{des}}$, ovvero più l'altezza è vicina a quella desiderata, più chiudo il rubinetto.
Vediamo che se $h(t) = 0 \implies a(t) = 1$, mentre se $h(t) = h_{des} \implies a(t) = 0$.

È una legge di proporzionalità inversa:

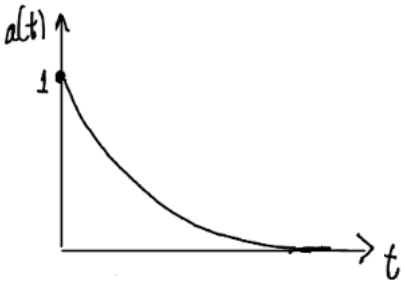

Risolvo:

$$\frac{dh(t)}{dt} = \frac{P_{max}}{S}a(t) \implies \frac{S}{P_{max}}\frac{h_{des}}{h_{des}-h}dh = dt \implies \int_0^h \frac{S}{P_{max}}\frac{h_{des}}{h_{des}-h}\,dh = \int_0^t d\tau \implies$$

$$\implies -\frac{Sh_{des}}{P_{max}}[\ln(h_{des}-h(t)) - \ln(h_{des})] = t \implies -\frac{Sh_{des}}{P_{max}}\ln\left(1-\frac{h(t)}{h_{des}}\right) = t \implies h(t) = h_{des}(1-e^{-\frac{P_{ma}}{Sh_{de}}}$$

L'esponente è minore di zero, quindi $h(t)$ è limitata è converge. In particolare $\lim_{t\to+\infty} h(t) = h_{des}$.

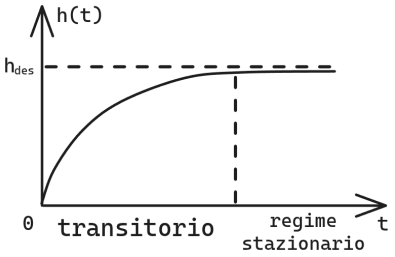

Il problema è capire che ingresso dare al sistema perché il sistema raggiunga l'effetto desiderato.

Vi è un tempo oltre il quale, anche se il comportamento è asintotico, il risultato ottenuto è in pratica quasi quello desiderato. Tipicamente il tempo è indicato come $\tau \approx 5k$, nell'esempio del serbatoio, $\tau \approx 5\frac{Sh_{des}}{P_{max}}$.

```
%% Parametri del problema
S = a; % Sezione del serbatoio (m^2)
h0 = 0; % Altezza iniziale del liquido (m)
P_max = 1/300; % Portata massima (m^3/s)

%% Simulazione numerica "closed-loop"

dt = 1; % Passo di tempo (s)
t = 0:dt:1800; % Vettore del tempo
h = zeros(size(t)); % Inizializzazione altezza
h(1) = h0; % Condizione iniziale
a = ones(size(t)); % Valvola completamente aperta

% Metodo di Eulero per integrare dh/dt = a(t) * Pmax
hdes = 1; % Altezza deriderata (m)
```

```
for k = 1:length(t)-1
    a(k) = 1-h(k)/hdes;
    dh = a(k) * P_max * dt; % Incremento di h
    h(k+1) = h(k) + dh; % Aggiornamento altezza
end

% Plot dei risultati
figure;
subplot(2,1,1);
    plot(t, h, 'b', 'LineWidth', 2);
    xlabel('Tempo (s)');
    ylabel('Altezza del liquido (m)');
    title('Riempimento del serbatoio in closed-loop');
    grid on;
    ylim([0, 1.2]); % Margine superiore per chiarezza
subplot(2,1,2);
    plot(t, a, 'k', 'LineWidth', 2);
    xlabel('Tempo (s)');
    ylabel('Apertura valvola (-)');
    grid on;
```

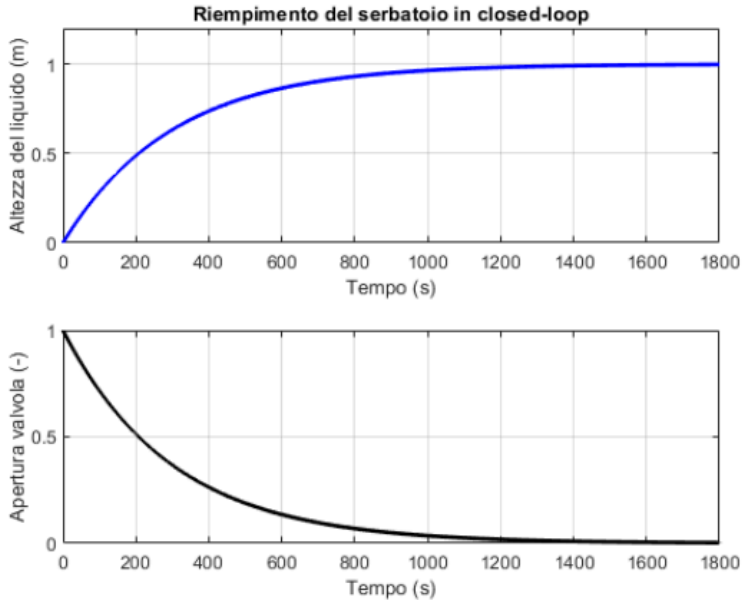

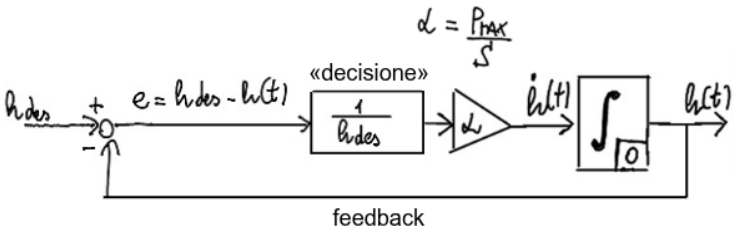

Definendo l'errore, il sistema risulta più robusto anche in caso di incertezza.

1.2.2. Utilizzo di una CPU (tempo discreto)

Si consideri la dinamica dell'utilizzo di una CPU dove, in un dato intervallo di tempo, un certo numero di processi viene eseguito e contribuisce all'utilizzo della CPU.

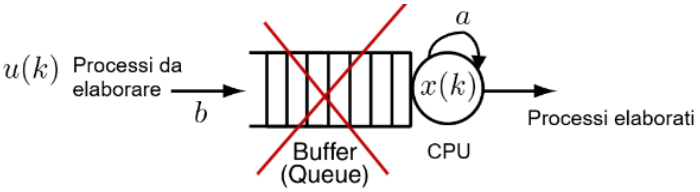

L'ingresso $u(k)$ rappresenta il numero di processi da eseguire all'istante k (non si considera alcun buffer). La variabile $x(k)$ indica l'utilizzo in percentuale della CPU all'istante k.
La dinamica è descritta dalla relazione a tempo discreto:
$x(k+1) = min\{100, ax(k) + bu(k)\}$, dove $k \in \mathbb{N}$, $0 < a < 1$ è il coefficiente di persistenza di processi non ancora elaborati dalla CPU, $b > 0$ è il contributo di ciascun processo all'utilizzo della CPU, la funzione $min\{100, \ldots\}$ impone il vincolo fisico di utilizzo massimo della CPU. Questo è un esempio della non-linearità delle più comuni.

Problema diretto: Dati il valore iniziale $x(0)$ e una sequenza di ingressi $u(k)$, determinare la sequenza $x(k)$ applicando la relazione di dinamica passo dopo passo.

Questa volta la relazione è esplicita. Questa è una differenza fondamentale tra i sistemi a tempo continuo, che spesso sono modellati con equazioni differenziali, mentre quelli a tempo continuo sono con equazioni a differenze.

Osservazione

Il parametro a governa l'inerzia: i valori di a "vicini a 1" implicano una forte dipendenza dall'utilizzo passato della CPU. I valori minori di 1 riducono la presenza di processi non ancora completati della CPU.

Osservazione

Il parametro b definisce l'impatto di ciascun processo sull'utilizzo della CPU: i valori maggiori di b portano più rapidamente verso la saturazione.

Osservazione

La presenza dell'operatore min introduce *non linerità* dovuta alla saturazione fisica della CPU.

Assumiamo $k \geq 0$ e facciamo un esempio numerico.
$a = 0.9, \quad b = 2, \quad x(0) = 10, \quad u(k) = \bar{u} = 3, \quad x(k+1) = min\{100, ax(k) + bu(k)\}$.

- Passo $k = 0$: $x(1) = 0.9 \cdot 10 + 2 \cdot 3 = 15$
- Passo $k = 1$: $x(2) = 0.9 \cdot 15 + 6 = 19.5$
- Passo $k = 2$: $0.9 \cdot 19.5 + 6 = 23.55$
- ...

Mi chiedo se esiste un valore limite, oppure raggiungo la saturazione (ovvero se è sostenibile): $\exists \bar{x}$ tale che $x(k+1) = x(k) = \bar{x}$?
Dato $\bar{x} = a\bar{x} + b\bar{u}$.
$\bar{x} = \frac{b}{1-a}\bar{u} = \frac{2}{1-0.1}3 = 60 < 100$ ✓ senza saturazione.

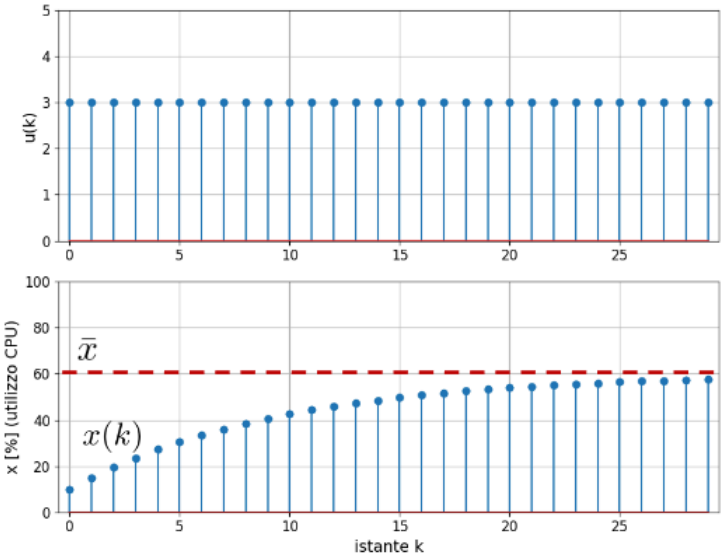

Definisco l'errore: $e(k) := x(k) - \bar{x}$, ovvero voglio sapere lo scostamento dal target $\bar{x}$.
$e(k+1) = x(k+1) - \bar{x} = ax(k) + bu(k) - a\bar{x} - b\bar{u} = ae(k) - b(u(k) - \bar{u}) = ae(k)$
$e(k) = ae(k-1) = \ldots = a^k e(0), \quad 0 < a < 1 \implies \lim_{k \to +\infty} e(k) = 0$.

Troviamo una relazione:
$x(k+1) = ax(k) + b\bar{u}, \quad k \geq 0, \quad 0 < a < 1$
$x(1) = ax(0) + b\bar{u}$
$x(2) = ax(1) + b\bar{u} = a^2 x(0) + ab\bar{u} + b\bar{u}$
$x(3) = ax(2) + b\bar{u}? a^3 x(0) + a^2 b\bar{u} + ab\bar{u} + b\bar{u}$
...
$x(k) = a^k x(0) + b\bar{u} \sum_{i=0}^{k-1} a^i$, dove $\sum_{i=0}^{k-1} a^i = \frac{1-a^k}{1-a} \implies x(k) = a^k x(0) + \frac{b\bar{u}}{1-a}(1 - a^k)$

Problema inverso: dato un valore desiderato di utilizzo $\bar{x}$ determinare quale valore costante di ingresso $\bar{u}$ mantiene il sistema in equilibrio a quel valore (assumendo assenza di saturazione nell'esempio).
Si desidera $\bar{x}$ tale che $x(k+1) = x(k) = \bar{x}$. Allora $\bar{x} = a\bar{x} + b\bar{u} \implies \bar{u} = \frac{(1-a)\bar{x}}{b}$ è la decisione.

Prendendo l'esempio numerico di prima ($a = 0.9$, $b = 2$, $x(0) = 10$) e cercando $\bar{x} = 100$, ottengo $\bar{u} = \frac{(1-0.9)100}{2} = 5$.
Una possibile soluzione è quindi il feedforward (un caso particolare di open loop).

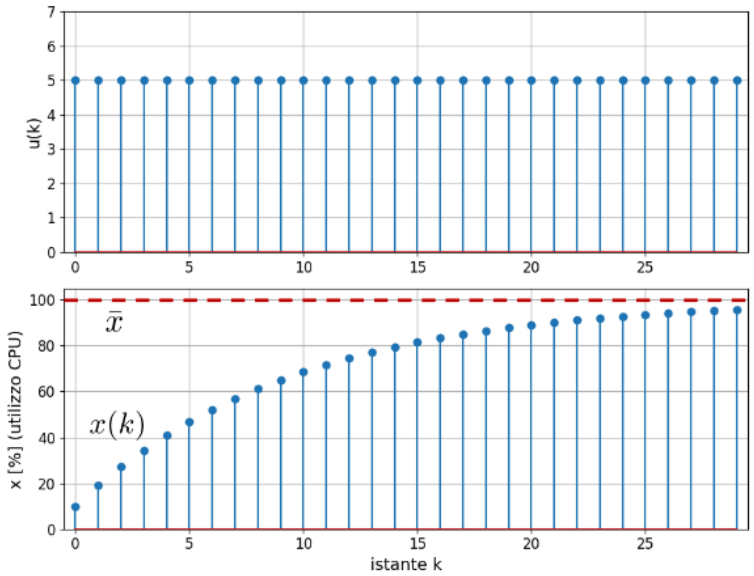

Lezione 03

---

2. Modelli di trasferimento risorse a tempo continuo

I modelli di trasferimento di risorse (o modelli di flusso) a tempo continuo sono *rappresentati* tipicamente tramite un *grafo orientato*.

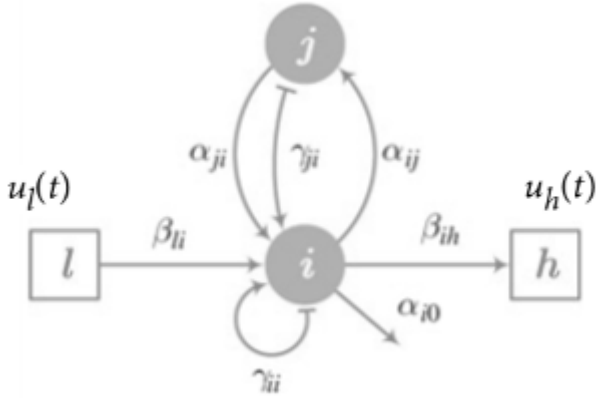

- I cerchi "colorati" sono chiamati compartimenti; contengono le risorse.
- Le risorse interessate sono variabili di stato. Definiscono lo stato del sistema e eventuali ingressi che vanno ad agire come cause.
  $x_i(t)$ è la risorsa nel compartimento i-esimo.
- I blocchi quadrati rappresentano parte delle connessioni verso l'esterno, il cui andamento non dipende dalle variabili di stato. Ce ne sono di due tipi: comportamento di ingresso (quantità esogene, esterne; possono agire come cause del sistema) e di uscita (sottrae la risorsa).
  $u_l(t)$ è una variabili indipendente di *immissione di risorsa*, mentre $u_h(t)$ è una variabile indipendente di *prelievo di risorsa*.
- Vi sono poi dei parametri reali positivi ($\alpha, \beta, \gamma \in \mathbb{R}^+$), definiscono la quantità dello scambio.
- Le frecce del grafo indicano la direzione del trasferimento della risorsa, esse danno il segno della variazione. Per questo i parametri sono tutti positivi (un parametro nullo non ha senso, perché non c'è scambio).

2.1. Bilancio di flusso

Nel bilanciamento dei flussi controllo l'ingresso e l'uscita di risorse nell'i-esimo compartimento. Ho che la velocità di variazione della risorsa è la differenza tra il flusso entrante e il flusso uscente

$$\dot{x}_i(t) = \frac{dx_i(t)}{dt} = f_i^{\text{in}}(t) - f_i^{\text{out}}(t), \qquad t \geq 0$$

Vi è una relazione tra flusso e quantità (es: in un serbatoio con capacità 1000L completamente riempito ho una grande pressione, nello stesso serbatoio con invece 1L di risorsa ho una pressione minore).

Considero il seguente grafo

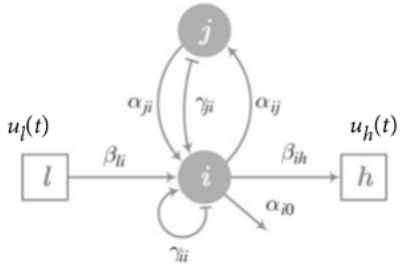

Analizzo i flussi entranti nell'i-esimo compartimento:

- $\beta_{li}u_l$: rappresenta i flussi dall'esterno entranti nel compartimento i-esimo;

- $\alpha_{ji}x_j$: rappresenta i flussi prelevati e trasferiti da altri compartimenti verso il compartimento i-esimo;
- $\gamma_{ji}x_j(t)$: rappresenta i flussi generati e trasferiti da altri compartimenti verso il compartimento i-esimo;
- $\gamma_{ii}x_i(t)$:rappresenta i flussi generati e accumulati dal compartimento i-esimo stesso;

La freccia con la barra indica che la quantità che viene trasferita è *generata* all'interno del compartimento (es: il pancreas genera insulina).

Analizzo i flussi uscenti dall'i-esimo compartimento:

- $\beta_{ih}u_h(t)$: rappresenta i flussi uscenti (indipendentemente dalla risorsa x_i);
- $\alpha_{ij}x_i(t)$: rappresenta i flussi prelevati e trasferiti da altri compartimenti;
- $\alpha_{i0}x_i(t)$: rappresenta flussi di perdite del compartimento i-esimo.

I *flussi entranti* nell'i-esimo compartimento sono

$$f_i^{(in)}(t) = \sum_{l=1}^{p} \beta_{li}u_l(t) + \sum_{\substack{j=1 \\ j\neq i}}^{n} (\alpha_{ji} + \gamma_{ji})x_j(t) + \gamma_{ii}x_i(t)$$

mentre i *flussi uscenti* sono

$$f_i^{(out)} = \sum_{h=1}^{p} \beta_{ih}u_h(t) + \sum_{j=0 j\neq i}^{n} \alpha_{ij}x_i(t)$$

dove n è il numero di compartimenti che compongono il sistema, p è il numero di variabili indipendenti (immissione e prelievo). n è anche detta la dimensione del sistema (n variabili di stato). Quindi la variazione di risorsa del tempo per componente è la differenza tra il flusso in entrata e quello in uscita, considerando sia gli altri componenti, che gli apporti dall'esterno (afflussi e deflussi).

$$\dot{x}_i(t) = \frac{dx_i(t)}{dt} = f_i^{(in)}(t) - f_i^{(out)}(t)$$

È un'equazione differenziale ordinaria del primo ordine non omogenea, quindi per risolvere per x_i ho bisogno di sapere anche le x degli altri compartimenti. È allora un sistema di equazioni differenziali di primo ordine accoppiate.

2.2. Notazione matriciale

Invece di descrivere puntualmente tutto componente per componente, uso una notazione matriciale:

- $x(t) = \begin{bmatrix} x_1(t) \\ \vdots \\ x_n(t) \end{bmatrix}$ è una funzione reale a valori in $\mathbb{R}^n$.
- $u(t) = \begin{bmatrix} u_1(t) \\ \vdots \\ u_p(t) \end{bmatrix}$
- $A = \begin{bmatrix} a_{11} & \dots & a_{1m} \\ \vdots & \ddots & \vdots \\ a_{n1} & \dots & a_{nn} \end{bmatrix}$ è la matrice dei coefficienti, tale che $a_{ij} = a_{ji} + \gamma_{ji}, \quad a_{ii} = \gamma_{ii} - \sum_{\substack{j=0 \\ j \neq 0}}^{n} \alpha_{ij}$.
- $B = \begin{bmatrix} \vdots \\ \beta_{li} \\ \vdots \\ -\beta_{ih} \\ \vdots \end{bmatrix}$ è il vettore che descrive l'accoppiamento tra le variabili esterne e i componenti, dove gli afflussi hanno segno positivo e i deflussi segno negativo.
- $\dot{x}(t) = \begin{bmatrix} \dot{x}_1(t) \\ \vdots \\ \dot{x}_n(t) \end{bmatrix}$ è il vettore di stato.

  Ognuna delle sue componenti è caratterizzata dalla relazione

  $$\dot{x}(t) = Ax(t) + Bu(t)$$

  dei *sistemi lineare a tempo invariante (LTI)*. Per essi vale il *principio di sovrapposizione degli effetti* e le matrici A e B sono costanti.

Principio di sovrapposizione degli effetti

Date le relazioni $\bar{u}(t) \mapsto \bar{x}(t), \quad \hat{u}(t) \mapsto \hat{x}(t)$, allora vale

$$\alpha\bar{u}(t) + \beta\hat{u}(t) \mapsto \alpha\bar{x}(t) + \beta\hat{x}(t)$$

Tempo invariante

Un sistema a *tempo invariante* è un sistema la cui dinamica non varia nel tempo: l'evoluzione è identica, date le stesse

condizioni.

Ad esempio: ho un serbatoio la cui forma non cambia e la variazione del livello dell'acqua in esso cambia in un certo modo oggi, lo stesso modo in cui cambierebbe in qualsiasi altro momento.

2.2.1. Esempi serbatoio

2.2.1.1. Perdita

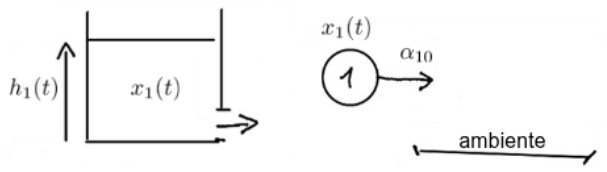

$x_1(t) = Sh_1(t)$ è il volume del liquido.
$\begin{cases} \dot{x}_1(t) = -f_1^{out}(t) \\ f_1^{out}(t) = \alpha_{10} x_1(t) \end{cases}$

Il fenomeno di perdita rappresentato è verso l'ambiente (è un buco nel serbatoio). Il bilancio indica che c'è solamente un flusso uscente.

Le equazioni allora diventano:
$\dot{x}_1(t) = -\alpha_{10} x_1(t) = Ax(t)$, quindi $A = [-\alpha_{10}]$
$x_1(t) = x_1(0)e^{-\alpha_{10} t}$

Precisazione

$f_1^{out}(t) = \alpha_{10} x_1(t)$ è una dipendenza lineare che in realtà è solo un'approssimazione *locale*. In realtà il flusso dipende in maniera non lineare dal volume, infatti la relazione è rappresentata dall'equazione di Torricelli, la radice quadrata.

2.2.1.2. Perdita e rubinetto in ingresso

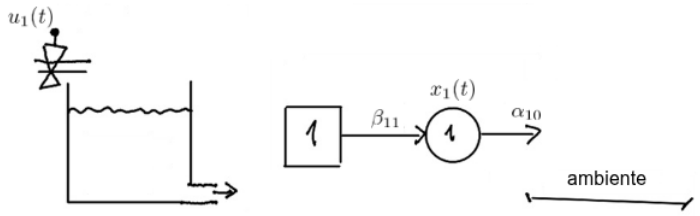

Ora oltre il buco c'è un rubinetto, che indica un afflusso. Allora una frazione di quello che entra nel compartimento uscirà dal buco.

Senza sapere $u(t)$ non so se posso calcolare l'equazione.
Si cerca di definire una struttura della relazione che sfrutti la linearità.

$\dot{x}_1(t) = u_1(t) - \alpha_{10} x_1(t)$
$x_1(t) = \dots$

2.2.1.3. Rubinetto in uscita

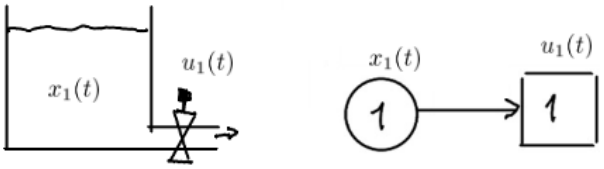

Mettendo un rubinetto d'uscita definito arbitrariamente dall'esterno non c'è più una dipendenza dalla variabile x_1.

$\dot{x}_1 = -u_1(t) = Bu_1(t)$, allora $B = [-1]$.
Il segno meno indica il deflusso.

2.2.1.4. Rubinetto in entrata e uscita

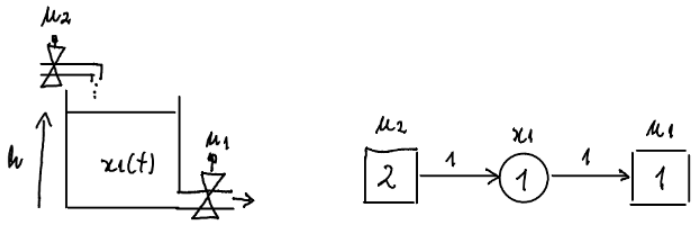

Mettendo assieme i due rubinetti, allora ho due cause che generano l'evoluzione del sistema.

$\dot{x}_1(t) = u_2(t) - u_1(t) = Ax_1 + Bu$, allora $A = [0]$. $u = \begin{bmatrix} u_1 \\ u_2 \end{bmatrix}$, $B = [-1 \quad 1]$.
La matrice B mappa i 2 ingressi verso l'unico stato.

Verifica

Controllo le unità di misura per assicurarmi di stare facendo le cose correttamente: $\dot{x}(t) = Ax(t) + Bu(t)$, $x(t) \in \mathbb{R}^n$, $u(t) \in \mathbb{R}^p$, allora $A \in \mathbb{R}^{n \times n}$ e $B \in \mathbb{R}^{n \times p}$.

Osservazione

La matrice A è *sempre* quadrata, B può essere quadrata se ci sono tanti ingressi quanti stati (es: un rubinetto per serbatoio),

altrimenti è rettangolare (quando ha più ingressi che stati è detta grassa, quando ha più stati che ingressi è detta alta).

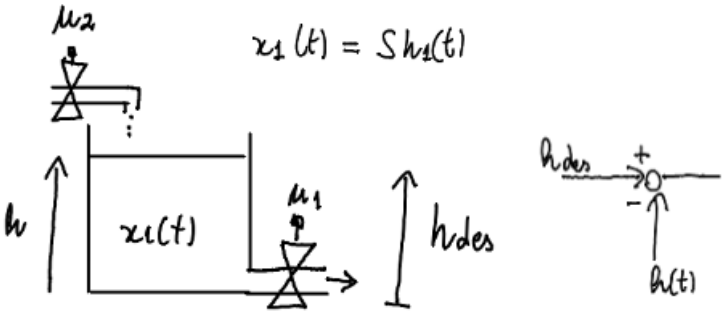

Si possono poi definire grandezze legate agli stati, spesso variabili di uscita che esprimono quella parte del comportamento di sistema e che spesso si vogliono controllare.
Ipotizziamo di voler leggere e controllare l'altezza: $h(t) \to h_{des}$.
Potendo regolare sia ingresso che uscita, ho più gradi di libertà (in quanti modi indipendenti si può agire sul sistema).

Sia $u(t) = u_2(t) - u_1(t) = k(h_{des} - h(t))$, quindi considero l'errore,
$\dot{x}_1(t) = k(h_{des} - \frac{x_1(t)}{S} = \frac{k}{S}(Sh_{des} - x_1(t)$.
Sia $\tilde{x}_1 := x_1(t) - Sh_{des}$, che rappresenta la distanza dal valore desiderato.
Allora osservo che $\dot{\tilde{x}}_1(t) = \dot{x}_1(t) = -\frac{k}{S}\tilde{x}_1(t)$, quindi $\tilde{x}_1(t) = \tilde{x}_1(0)e^{-\frac{k}{S}t}$
La legge di controllo a cui arrivo è scritta in funzione dello stato, risolvendola la soluzione è esponenziale.

Osservazione
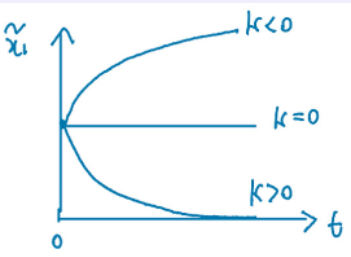
Se k è negativo l'errore diverge, quindi otterrei l'opposto di ciò che desidero; se k è nullo mantengo l'errore iniziale; solo con k è positivo annullo l'errore, quindi raggiungo il valore desiderato.